1 1st

[問 1] $3-6^2\div 4$ を計算せよ.

[問 2] $\dfrac{9a-b}{5}-a+2b$ を計算せよ.

[問 3] $\left(3\sqrt{7}+8\right)\left(3\sqrt{7}-8\right)$ を計算せよ.

[問 4] 一次方程式 $\dfrac{9x-6}{2}x=4x+1$ を解け.

[問 5] 連立方程式 $\begin{cases} 8x-5y=-3 \\ y=2x-1 \end{cases}$ を解け。

[問 6] 二次方程式 $x^2-9x+7=0$ を解け.

[問 7] 次の ① と ② に当てはまる数を，下のア〜クのうちからそれぞれ選び，記号で答えよ.

関数 $y=-x^2$ について，x の変域が $-2\leqq x\leqq 3$ のときの y の変域は，① $\leqq y\leqq$ ② である。

ア -9　イ -6　ウ -4　エ -2
オ 0　カ 4　キ 6　ク 9

[問 8] 次の □ の中の「あ」「い」に当てはまる数を答えよ。

図 1 のように，1，2，3，4，5 の数字を 1 つずつ書いた 5 枚のカードがある。この 5 枚のカードから同時に 3 枚のカードを取り出すとき，取り出した 3 枚のカードに書いてある数の和が 10 以上になる確率は，$\dfrac{\text{あ}}{\text{い}}$ である。

ただし，どのカードが取り出されることも同様に確からしいものとする。

図 1

[問 9] 図 2 で，四角形 ABCD は平行四辺形である.

解答欄に示した図をもとにして，辺 AD 上にあり，頂点 B，頂点 C までの距離が等しい点 P を，定規とコンパスを用いて作図によって求め，点 P の位置を示す文字 P も書け.

ただし，作図に用いた線は消さないでおくこと.



図 2

S さんのグループは，先生が示した問題をみんなで考えた.
次の各問に答えよ.

[先生が示した問題]

図 1 のように，円 O の円周を 12 等分する点に，1 から 12 までの自然数の番号を，小さい順で時計回りに付ける.

1 から 12 までの番号を付けた点のうち，2 点を結んでできる線分が円 O の直径となるとき，その 2 点を向かい合う点とする.

例えば，1 の点と 7 の点は向かい合う点である.

図 1 において，1 組の向かい合う点を選び，それぞれの点の番号のうち，小さい方の数を a，大きい方の数を b とする.

a，b の平均値を A，b^2-a^2 の値を B とするとき，B は A の何倍か求めなさい.

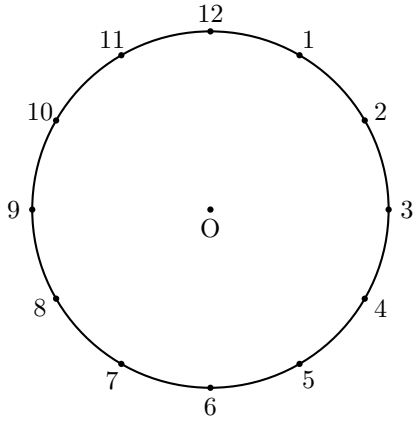

図 1

[問 1] [先生が示した問題] で，B は A の □ 倍と表すとき，□ に当てはまる数を，次のア〜エのうちから選び，記号で答えよ.

ア -3　イ 4　ウ 6　エ 12

Sさんのグループは，［先生が示した問題］をもとにして，次の問題を作った．

［Sさんのグループが作った問題］

図2のように，円Oの円周を24等分する点に，1から24までの自然数の番号を，小さい順で時計回りに付ける．

1から24までの番号を付けた点のうち，2点を結んでできる線分が円Oの直径となるとき，その2点を向かい合う点とする．

図2において，異なる2組の向かい合う点を選び，1組目のそれぞれの点の番号のうち，小さい方の数を a，大きい方の数を b とし，2組目のそれぞれの点の番号のうち，小さい方の数を c，大きい方の数を d とする．

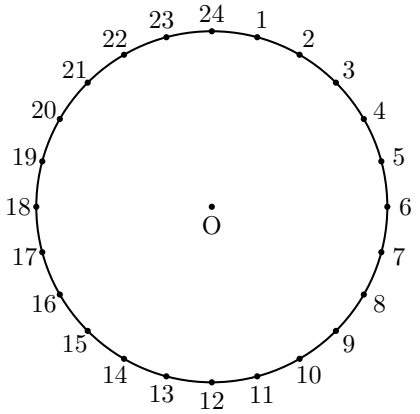

図2

［問2］a，b，c，d の平均値をP，$bd-ac$ の値をQとするとき，$\mathrm{Q}=24\mathrm{P}$ となることを証明せよ．

図1で，点Oは原点，点Aの座標は $(0,\ -4)$ であり，直線 ℓ は一次関数 $y=\dfrac{1}{2}x+3$ のグラフを表している．

直線 ℓ と x 軸との交点をBとする．

直線 ℓ 上にある点をPとし，2点A，Pを通る直線を m とする．

次の各問に答えよ．

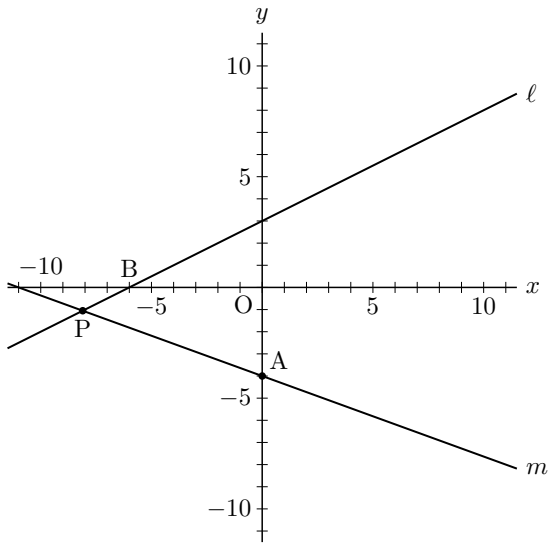

図1

［問1］点Pの y 座標が -1 のとき，点Pの x 座標を，次のア～エのうちから選び，記号で答えよ．

ア　-8　　イ　$-\dfrac{9}{2}$　　ウ　-2　　エ　$\dfrac{5}{2}$

［問2］点Pが点Bに一致するとき，直線 m の式を，次のア～エのうちから選び，記号で答えよ．

ア　$y=-\dfrac{3}{2}x-4$　　イ　$y=-\dfrac{3}{2}x-6$

ウ　$y=-\dfrac{2}{3}x-4$　　エ　$y=-\dfrac{2}{3}x-6$

［問 3］図 2 は，図 1 において，点 P の x 座標が正の数のとき，x 軸上にあり x 座標が点 P の x 座標と等しい点を Q とし，点 A と点 B，点 A と点 Q，点 P と点 Q をそれぞれ結んだ場合を表している．

△APB の面積が △AQP の面積の 2 倍になるとき，点 P の x 座標を求めよ．

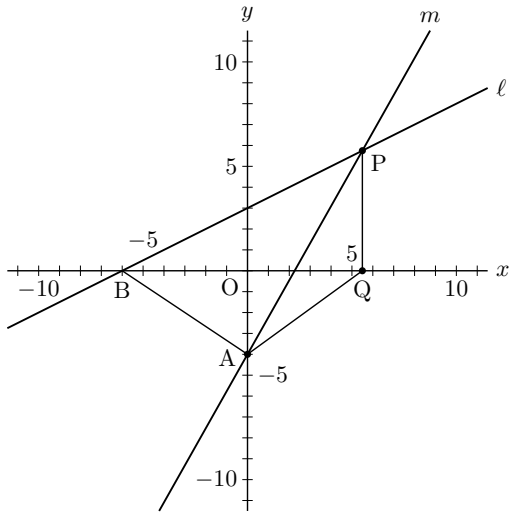

図 2

図 1 で，点 O は線分 AB を中心とする半円の中心である．

点 P は，線分 OA 上にある点で，点 O，点 A のいずれにも一致しない．

点 Q は，$\overset{\frown}{\mathrm{AB}}$ 上にある点で，点 A，点 B のいずれにも一致しない．

点 R は，$\overset{\frown}{\mathrm{BQ}}$ 上にある点で，点 B，点 Q のいずれにも一致しない．

点 A と点 Q，点 A と点 R，点 B と点 Q，点 P と点 R をそれぞれ結ぶ．

次の各問に答えよ．

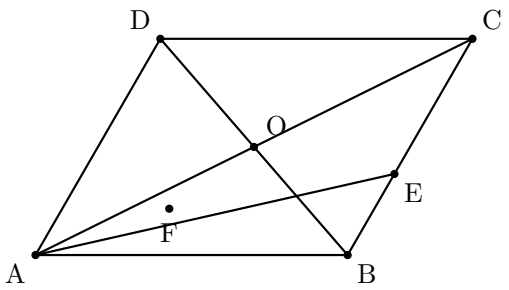

図 1

［問 1］図 1 において，AQ = BQ，∠QAR = 20°，∠ARP = a° とするとき，∠BPR の大きさを表す式を，次のア～エのうちから選び，記号で答えよ．

ア　$(a+20)$ 度　　イ　$(a+25)$ 度
ウ　$(155-a)$ 度　　エ　$(160-a)$ 度

［問 2］図 2 は，図 1 において，AP = AQ，$\overset{\frown}{\mathrm{BR}} = \overset{\frown}{\mathrm{QR}}$ のとき，点 Q と点 R を結んだ場合を表している．

次の①，②に答えよ。

① △APR ≡ △AQR であることを証明せよ．

② ∠BPR の大きさを求めよ．

ア　$(a+20)$ 度　　イ　$(a+25)$ 度
ウ　$(155-a)$ 度　　エ　$(160-a)$ 度

[問 3]図 2 は，図 1 において，線分 CF を延長した直線と辺 AD との交点を G とした場合を表している．

△AEG の面積を求めよ．

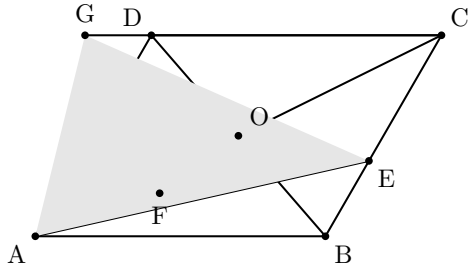

図 2

【大問 5】

【準備中】

(1)

zw .

(2)

zw .